彰化縣大莊國小113學年度第一學期五年級第一次數學科段考考試卷

五年甲班　座號：　　姓名：

一、選擇題：(每題2分、共10分)

1. (　　)下列哪一個數字，是任何數的因數？
①1　②2　③3　④4

2. (　　)「90909090909」怎麼讀？　①九千零九十萬零九百零九　②九億零九百零九萬零九百零九　③九十億零九百零九萬零九百零九　④九百零九億零九百零九萬零九百零九

3. (　　)在「63÷9＝7」的整除算式中，被除數是除數或商的什麼？　①公因數　②小數　③倍數　④因數

4. (　　)如附圖，對稱軸有幾條？

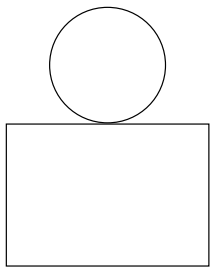

①0　②1　③2　④3

5. (　　)正方形有幾條對稱軸？　①1　②2　③3　④4

二、看圖填填看：(每答2分、共50分)

1. 算算看，求出下面多邊形(　)裡的角度：

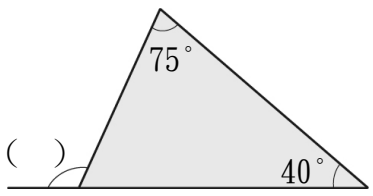

2. 算算看，求出下面圖形(　)裡的角度：

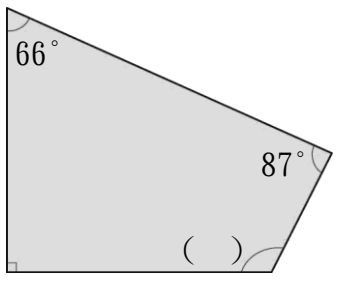

3. 算算看，求出下面多邊形(　)裡的角度：

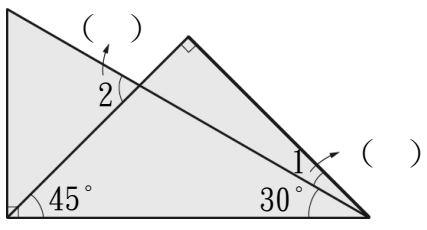

4. 算算看，求出下面圖形(　)裡的角度：

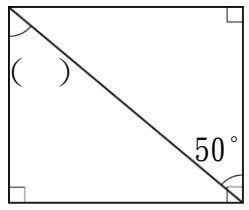

5. 下圖是一個線對稱圖形，看圖回答問題。

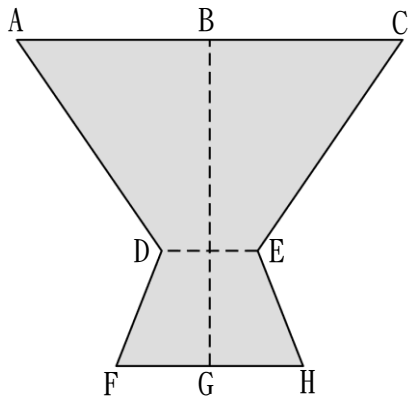

①點F的對稱點是點(　　)。
②對稱軸是線段(　　)。
③邊FG的對稱邊是邊(　　)。
④邊DF和邊(　　)一樣長。
⑤邊AD的對稱邊是邊(　　)。
⑥如果∠C＝56度，那麼∠A＝(　　)度。

6.先從頂點A畫對角線，將下面的圖形分成數個三角形，並算出內角和。

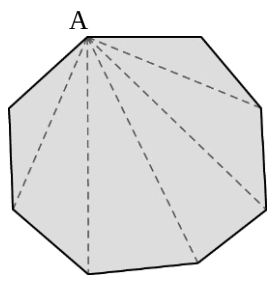

八邊形內角和是(　　)度。

7. 30和40的公因數有哪些？最大公因數是多少？
(1)30的因數：＿＿＿＿＿＿＿＿＿＿。
(2)40的因數：＿＿＿＿＿＿＿＿＿＿。
(3)30和40的公因數：＿＿＿＿＿＿＿＿＿＿。
(4)最大公因數是＿＿＿＿。

8. 100×2＋10×0＋1×9＋0.1×7＋0.01×4＝(　　)

9. 在「1234321」中，左邊的2是右邊的2的(　　)倍。

10. **填入＞、＜或＝：**

① $\frac{9}{13}$□$\frac{9}{17}$

②$1\frac{5}{6}$□$1\frac{5}{8}$

③ $\frac{14}{24}$□$\frac{7}{11}$

④$4\frac{5}{8}$□$4\frac{5}{9}$

⑤ 13÷7 □ 13÷10

⑥ 7900 個萬（　　）970 個十萬

⑦ 23 個十億（　　）3200 個千萬

三、計算題：(每答 3 分、共 12 分)

1. 25000×1600

2. 60000÷4000

3. 9 億 110 萬－8 億 888 萬

4. 6 兆 500 億＋10 兆 900 億

四、畫畫看：(每答 4 分、共 8 分)

1. 以虛線為對稱軸，完成下面的線對稱圖形：

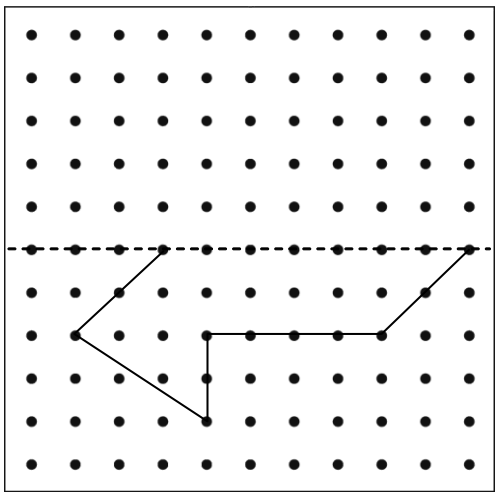

2. 畫出下面圖形的對稱軸，並在（　）裡寫出答案：



（　　）條

四、應用題：(每題 4 分、共 20 分)

1. 玫瑰花有五十幾朵，每 6 朵綁成 1 束剛好分完，玫瑰花可能有幾朵？

2. 把 56 枝鉛筆分成每盒一樣多，全部分完，一盒可能有幾枝？（請寫出所有可能的答案）

3. 男生 36 人和女生 42 人混合分組玩遊戲，每組的男生一樣多，每組的女生也一樣多，最多可分成幾組？

4. 用約分的方法找找看，和 $\frac{30}{18}$ 一樣大的分數有哪些？

5. 有一些巧克力，無論是每 9 個裝成一盒，或是每 6 個裝成一盒，都剛好裝完，這些巧克力最少有幾個？